CHỦ ĐỀ 1 THIÊN NHIÊN VÀ CON NGƯỜI Ở THÀNH PHỐ ĐÀ NẴNG

Sau bài học này, em sẽ:

- Xác định được vị trí địa lí của thành phố Đà Nẵng mới trên bản đồ Việt Nam.
- Mô tả được một số nét chính về tự nhiên (ví dụ: địa hình, khí hậu, …) của thành phố Đà Nẵng có sử dụng lược đồ hoặc bản đồ.
- Trình bày được một số hoạt động kinh tế ở thành phố Đà Nẵng.
- Thể hiện được tình cảm với địa phương và sẵn sàng hành động bảo vệ môi trường xung quanh.

KHỞI ĐỘNG

Đố em?

Dòng sông yên ả giữa trời
Cây cầu rực rỡ sáng ngời về đêm
Xoay mình giữa song êm đềm
Tự hào Đà Nẵng, gợi tên cầu gì ?
(Là cây cầu gì?)

Hãy chia sẻ hiểu biết của em về các địa danh của Đà Nẵng hoặc về nơi em đang ở với các bạn.

KHÁM PHÁ

1. Vị trí địa lí của thành phố Đà Nẵng

Đọc thông tin, quan sát lược đồ hình 1 và bản đồ hành chính Việt Nam (Hình 1, trang 14, sách Lịch sử và Địa lí 4), em hãy:
- Mô tả vị trí địa lí của thành phố Đà Nẵng (mới).
- Nêu các đơn vị hành chính của thành phố Đà Nẵng (mới).

Hình 1a. *Lược đồ thành phố Đà Nẵng*

Thành phố Đà Nẵng nằm ở vùng Duyên hải Nam Trung Bộ. Phía Bắc giáp tỉnh Thừa Thiên Huế, phía Tây giáp tỉnh Sekong (Lào), phía Nam giáp tỉnh Quảng Ngãi và phía Đông giáp Biển Đông. Ngày 01/7/2025, Đà Nẵng chính thức sáp nhập với tỉnh Quảng Nam, trở thành thành phố trực thuộc Trung ương có quy mô lớn. Thành phố hiện có diện tích tự nhiên khoảng **11.859,59 km²**, dân số **3.065.628 người (2025)**. Về hành chính, Đà Nẵng được tổ chức thành **94 đơn vị cấp xã**, gồm **23 phường, 70 xã và 1 đặc khu** (Đặc khu Hoàng Sa).

Hình 1b. *Lược đồ phường Ngũ Hành Sơn*

2. Đặc điểm thiên nhiên của thành phố Đà Nẵng

a) Địa hình

Đọc thông tin và quan sát hình 2, em hãy nêu đặc điểm về địa hình của thành phố Đà Nẵng.

Hình 2a. *Lược đồ địa hình Quảng Nam (cũ)*

▲ **Hình 2b.** *Lược đồ địa hình Đà Nẵng (cũ)*

Đà Nẵng sau sáp nhập có địa hình rất đa dạng và rộng lớn. Miền núi chiếm diện tích đáng kể ở phía Tây và Tây Bắc, nơi địa hình cao, dốc, có nhiều dãy núi chạy từ nội địa ra đến sát biên giới với Lào, tạo thành vùng đệm hiểm trở, nhiều thung lũng và sông suối. Về phía Đông và Đông Nam là vùng đồng bằng, vùng ven biển mở rộng ra đến Biển Đông — với bờ biển dài và nhiều vịnh, cửa sông, bãi tắm đẹp. Độ cao thay đổi lớn: từ đường bờ biển gần mực nước biển lên tới các đỉnh núi cao (có nơi trên 1.500 m)

b) Khí hậu

Đọc thông tin và quan sát bảng 1, em hãy cho biết đặc điểm chính về khí hậu của thành phố Đà Nẵng.

Thành phố Đà Nẵng nằm trong vùng khí hậu nhiệt đới ẩm gió mùa. Mỗi năm có 2 mùa rõ rệt: mùa mưa từ tháng 9 đến tháng 12 và mùa khô từ tháng 1 đến tháng 8. Hằng năm, nơi đây có những đợt rét mùa đông nhưng không đậm và không kéo dài. Những tháng cuối năm thường có mưa lớn và bão gây thiệt hại về người và của.

BẢNG 1: THÔNG TIN VỀ KHÍ HẬU Ở ĐÀ NẴNG

Tháng	**Tháng 1**	**Tháng 2**	**Tháng 3**	**Tháng 4**	**Tháng 5**	**Tháng 6**	**Tháng 7**	**Tháng 8**	**Tháng 9**	**Tháng 10**	**Tháng 11**	**Tháng 12**
Mùa	**Khô và lạnh**	**Khô mát**	**Khô ấm**			**Khô và nóng**			**Mưa bão, lũ lụt và ấm**	**Mưa bão, mát trời**		**Mưa, mát trời**

Hình 3. *Bà Nà*

Em có biết?

Rặng núi Bà Nà (rặng núi Lỗ Đông) nằm hơi chếch về phía Tây Nam của thành phố Đà Nẵng, là rặng núi có đỉnh Núi Chúa cao 1 487 m so với mực nước biển. Khí hậu Bà Nà quanh năm mát mẻ, nhiệt độ trung bình khoảng 18°C, thường xuyên có sương mù vào buổi chiều và sau các cơn mưa giông, nhiệt độ thấp nhất là 2°C vào mùa đông và cao nhất là 25°C vào mùa hè.

c) Sông ngòi

- Dựa vào lược đồ hình 1, em hãy kể tên và chỉ trên lược đồ một số con sông ở thành phố Đà Nẵng (mới).
- Đọc thông tin, em hãy nêu những đặc điểm chính của sông ngòi ở thành phố Đà Nẵng.

Hệ thống sông phong phú, gồm sông Thu Bồn, Vu Gia, Yên, Túy Loan, Cu Đê, Cẩm Lệ, Vĩnh Điện… tạo thành mạng lưới chằng chịt, vừa cung cấp nước sản xuất, vừa thuận lợi cho giao thông và du lịch sinh thái.

Hình 4. *Sông Hàn*

Hình 5. *Sông Cu Đê*

Hình 4. *Sông Thu Bồn*



Hình 4. *Sông Vu Gia*

3. Hoạt động kinh tế của thành phố Đà Nẵng

a) Công nghiệp

Đọc thông tin và quan sát hình 6, 7, em hãy:
- Kể tên một số ngành công nghiệp chính ở thành phố Đà Nẵng.
- Kể tên một số khu công nghiệp ở thành phố Đà Nẵng mà em biết.

Sau khi sáp nhập với tỉnh Quảng Nam, công nghiệp Đà Nẵng ngày càng phát triển và đa dạng hơn. Ngoài các ngành chế biến nông – lâm – thủy sản, cơ khí, vật liệu xây dựng, công nghệ thông tin…, thành phố còn có nhiều ngành mới như sản xuất ô tô, linh kiện điện tử, dệt may và năng lượng sạch. Các khu công nghiệp lớn gồm **Hòa Khánh, Hòa Cầm, Khu công nghệ cao Đà Nẵng, Khu kinh tế mở Chu Lai, Điện Nam – Điện Ngọc, Tam Thăng…** Công nghiệp phát triển đã tạo thêm nhiều việc làm, góp phần làm cho thành phố Đà Nẵng ngày càng hiện đại và năng động.,…

▲ **Hình 6.** *Khu công nghệ cao Đà Nẵng*

▲ **Hình 7.** *Khu công nghiệp Hoà Khánh*

Hình 8. *Khu kinh tế mở Chu Lai*

▲ **Hình 9.** *Khu công nghiệp Tam Thăng*

b) Dịch vụ, du lịch

Đọc thông tin và quan sát hình 10, 11, 12, 13 em hãy:
- Mô tả một số nét chính về hoạt động dịch vụ và du lịch của thành phố Đà Nẵng (mới).
- Kể tên một số địa điểm du lịch nổi tiếng của thành phố Đà Nẵng (mới) mà em biết.

Đà Nẵng có nhiều tài nguyên biển, rừng, cảnh quan, di sản văn hóa, lễ hội, nghệ thuật truyền thống,… hấp dẫn khách du lịch trong và ngoài nước.



▲ **Hình 10.** *Bảo tàng điêu khắc*



▲ **Hình 11.** *Bãi biển Mỹ*



▲ **Hình 12.** *Danh thắng Ngũ Hành Sơn*

▲ **Hình 13.** *Chùa Linh Ứng*

c) Nông nghiệp

Đọc thông tin và quan sát hình 14, em hãy nêu đặc điểm về nông nghiệp của thành phố Đà Nẵng.

Nông nghiệp ở Đà Nẵng chủ yếu là nghề trồng lúa nước. Bên cạnh đó còn phát triển thêm nghề trồng hoa và rau, củ, quả. Trong những năm gần đây, Đà Nẵng đã tập trung vào việc phát triển nông nghiệp công nghệ cao, áp dụng các phương pháp canh tác hiện đại nhằm tăng năng suất và chất lượng sản phẩm, đồng thời giảm thiểu tác động đến môi trường.

Hình 14. *Mô hình trồng rau thủy canh ở Túy Loan*

Hình 15. *Làng rau Trà Quế*

Hình 16. *Mô hình dưa lưới trồng trong nhà*

d) Kinh tế biển

Đọc thông tin và quan sát hình 13, em hãy:
- Mô tả một số nét chính về hoạt động kinh tế biển của thành phố Đà Nẵng.
- Vì sao thành phố Đà Nẵng phát triển mạnh hoạt động kinh tế biển?

▲ **Hình 17.** *Cảng biển Tiên Sa*

Kinh tế biển của thành phố Đà Nẵng (mới) rất phát triển nhờ có đường bờ biển dài, nhiều bãi tắm đẹp và các cảng biển lớn như Tiên Sa, Kỳ Hà.

Đà Nẵng có các cảng biển thuận tiện cho tàu thuyền cập bến, thúc đẩy phát triển nền kinh tế về du lịch và xuất nhập khẩu.

e) Nghề truyền thống

?

Đọc thông tin và quan sát hình 14, 15, em hãy:
- Kể tên một số nghề truyền thống ở Đà Nẵng.
- Giới thiệu một làng nghề truyền thống ở thành phố Đà Nẵng.

Trong bối cảnh hiện nay, Đà Nẵng có nhiều nghề truyền thống đa dạng, nổi bật như các làng nghề gốm Thanh Hà, mộc Kim Bồng, lụa Duy Trinh, rau Trà Quế, đúc đồng Phước Kiều, và các sản phẩm của Hội An như đèn lồng, cao lầu, chiếu cói Kim Bồng, làng điêu khắc đá mỹ nghệ Non Nước [2], nước mắm Nam Ô [3], bánh tráng Túy Loan, làng chiếu Cẩm Nê, khô mè Cẩm Lệ,…

▲ **Hình 18.** *Nghệ nhân điêu khắc đá Non Nước*

▲ **Hình 19.** *Làng bánh tráng Túy Loan*

4. Bảo vệ môi trường thành phố Đà Nẵng

?

- Môi trường nơi em sinh sống hiện nay như thế nào?
- Em sẽ làm gì để bảo vệ môi trường nơi em sinh sống và môi trường thành phố Đà Nẵng?

Phát triển kinh tế ở Đà Nẵng luôn gắn liền với việc khai thác và sử dụng hợp lí tài nguyên thiên nhiên và bảo vệ môi trường.

▲ **Hình 20.** *Voọc chà vá chân nâu ở bán đảo Sơn Trà*

Em có biết?

Năm 2020, Đà Nẵng đã phê duyệt Đề án Bảo tồn đa dạng sinh học đến năm 2030, tầm nhìn đến năm 2045. Đề án nhằm bảo vệ và phát triển bền vững các hệ sinh thái, khu bảo tồn tự nhiên, sử dụng hợp lý tài nguyên đa dạng sinh học theo hướng bền vững phục vụ phát triển kinh tế - xã hội, bảo vệ môi trường của thành phố.

(1) Làng điêu khắc đá mĩ nghệ Non Nước được Bộ Văn hóa, Thể thao và Du lịch công nhận là Di sản Văn hóa phi vật thể cấp quốc gia năm 2014.
(2) Làng nghề nước mắm Nam Ô được Bộ Văn hóa, Thể thao và Du lịch công nhận là Di sản Văn hóa phi vật thể cấp quốc gia năm 2019.

LUYỆN TẬP

1. Hoàn thành bảng thông tin về vị trí địa lí và đặc điểm thiên nhiên của thành phố Đà Nẵng.

A	B
Vị trí địa lí	
Địa hình	
Khí hậu	
Sông ngòi	

2. Em làm gì để chia sẻ với các bạn học sinh ở vùng bị ảnh hưởng bởi thiên tai trên địa bàn thành phố Đà Nẵng?

VẬN DỤNG

Trong vai một hướng dẫn viên du lịch, em hãy giới thiệu về một địa danh hoặc một làng nghề ở thành phố Đà Nẵng.